초등 **4학년**

2022년 하반기 HME

해법수학 학력평가 정답 및 풀이

정 답

1. 2	**2.** 8	**3.** ④
4. ⑤	**5.** 55	**6.** 7
7. ③	**8.** 3	**9.** 13
10. ②	**11.** ⑤	**12.** 10
13. 6	**14.** 3	**15.** 5
16. 140	**17.** 12	**18.** 10
19. 4	**20.** 23	**21.** 30
22. 88	**23.** 513	**24.** 11
25. 296		

1. 정삼각형의 세 변의 길이는 모두 같으므로 □ 안에 알맞은 수는 2입니다.

2. $\frac{2}{15}+\frac{6}{15}=\frac{2+6}{15}=\frac{8}{15}$ ⇨ □=8

3. 3.741에서 4는 소수 둘째 자리 숫자이므로 0.04를 나타냅니다.

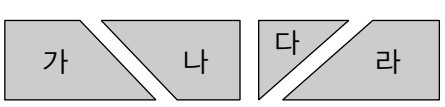
4. 평행선 사이의 거리는 평행선 사이의 수직인 선분의 길이입니다.
⇨ 평행선 사이의 거리를 나타내는 선분: 선분 ㄹㄷ

5. 평행사변형은 마주 보는 두 각의 크기가 같으므로 ㉠=55°입니다.

6.
$$\begin{array}{r} {\not 0}\ {}^{1}{\not 2}\ {}^{1}0 \\ {\not 3}\ {\not 2}.4\ 9 \\ -\quad 8.7\ \square \\ \hline 4.\boxed{7}\ 9 \end{array}$$

7. ① 두 변의 길이가 8 cm로 같으므로 이등변삼각형입니다.
② 세 각의 크기가 모두 60°인 정삼각형이므로 이등변삼각형입니다.
④ 세 변의 길이가 모두 6 cm인 정삼각형이므로 이등변삼각형입니다.
⑤ 두 각의 크기가 45°로 같으므로 이등변삼각형입니다.

8. 사다리꼴은 평행한 변이 한 쌍이라도 있는 사각형입니다.



⇨ 사다리꼴: 가, 나, 라 (3개)

9. $4\frac{5}{9}-3\frac{1}{9}=(4-3)+\left(\frac{5}{9}-\frac{1}{9}\right)=1+\frac{4}{9}$
$=1\frac{4}{9}=\frac{13}{9}$

⇨ $\frac{13}{9}$은 $\frac{1}{9}$이 13개인 수입니다.

10. 삼각형의 세 각의 크기의 합은 180°이므로
나머지 한 각의 크기는 180°−25°−60°=95°입니다.
⇨ 삼각형의 한 각이 둔각이므로 둔각삼각형입니다.

11. 6.4와 6.5, 6.5와 6.6 사이가 각각 똑같이 10칸으로 나누어져 있으므로 작은 눈금 한 칸의 크기는 0.01입니다.
㉠은 6.4에서 오른쪽으로 6칸 더 간 곳이므로 6.46이고,
㉡은 6.5에서 오른쪽으로 7칸 더 간 곳이므로 6.57입니다.
⇨ 6.46+6.57=13.03

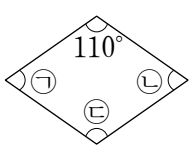
12. (각 ㄱㄴㄷ)=(각 ㄱㄷㄴ)이므로 삼각형 ㄱㄴㄷ은
(변 ㄱㄴ)=(변 ㄱㄷ)인 이등변삼각형입니다.
(변 ㄱㄴ)=(변 ㄱㄷ)=□ cm라 하면
□+7+□=27, □+□=20, □=10입니다.
따라서 변 ㄱㄴ의 길이는 10 cm입니다.

13. 1이 3개이면 3, 0.1이 15개이면 1.5, 0.01이 18개이면 0.18이므로 4.68입니다.
⇨ 4.68의 소수 첫째 자리 숫자는 6입니다.

14. $3\frac{4}{13}\circledcirc\frac{9}{13}=3\frac{4}{13}-\frac{9}{13}+\frac{5}{13}$
$=2\frac{17}{13}-\frac{9}{13}+\frac{5}{13}$
$=2\frac{8}{13}+\frac{5}{13}$
$=2\frac{13}{13}=3$

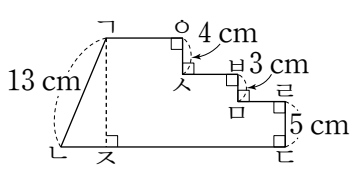
15. (만든 초록색 물감의 양)
=(노란색 물감의 양)+(파란색 물감의 양)
$=2\frac{3}{5}+3\frac{4}{5}=5\frac{7}{5}=6\frac{2}{5}$ (L)
⇨ (남은 초록색 물감의 양)
=(만든 초록색 물감의 양)−(사용한 초록색 물감의 양)
$=6\frac{2}{5}-1\frac{2}{5}=5$ (L)

16.



마름모에서 마주 보는 두 각의 크기는 같으므로 ㉢=110°입니다.
사각형의 네 각의 크기의 합은 360°이므로
㉠+㉡=360°−110°−110°=140°입니다.

17.



선분 ㄱㅇ과 선분 ㄴㄷ 사이의 거리는 선분 ㄱㅈ의 길이와 같습니다.

⇨ (평행선 사이의 거리)=(선분 ㅇㅅ)+(선분 ㅂㅁ)+(선분 ㄹㄷ)
=4+3+5=12 (cm)

18. $9\frac{●}{7}-8\frac{■}{7}=1\frac{2}{7}$가 될 수 있는 뺄셈식은 ●<7, ■<7이고,

●−■=2이므로 $9\frac{6}{7}-8\frac{4}{7}=1\frac{2}{7}$, $9\frac{5}{7}-8\frac{3}{7}=1\frac{2}{7}$,

$9\frac{4}{7}-8\frac{2}{7}=1\frac{2}{7}$, $9\frac{3}{7}-8\frac{1}{7}=1\frac{2}{7}$입니다.

따라서 ●=6, ■=4일 때 ●+■가 가장 크므로 ●+■=10입니다.

19. 전체 일의 양을 1이라 하면

연우가 하루 먼저 한 일의 양은 $\frac{2}{17}$이므로

남은 일의 양은 $1-\frac{2}{17}=\frac{15}{17}$입니다.

연우와 주원이가 함께 하루에 하는 일의 양은

$\frac{2}{17}+\frac{3}{17}=\frac{5}{17}$이고,

$\frac{5}{17}+\frac{5}{17}+\frac{5}{17}=\frac{15}{17}$이므로

연우가 일을 시작한 지 1+3=4(일) 만에 일을 모두 끝낼 수 있습니다.

20. 삼각형 ㅂㄴㅁ에서 (각 ㅂㄴㅁ)=180°−90°−68°=22°이고,

(각 ㅂㄴㅁ)=(각 ㄱㄴㅁ)이므로

(각 ㄱㄴㄷ)=90°−22°−22°=46°입니다.

(선분 ㄱㄴ)=(선분 ㅂㄴ)=(선분 ㄴㄷ)이므로 삼각형 ㄱㄴㄷ은 이등변삼각형입니다.

(각 ㄴㄷㄱ)+(각 ㄴㄱㄷ)=180°−46°=134°,

(각 ㄴㄷㄱ)=(각 ㄴㄱㄷ)이므로

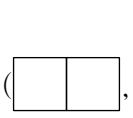
(각 ㄴㄷㄱ)=134°÷2=67°입니다.

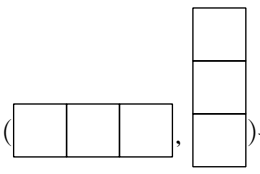
⇨ ㉠=90°−67°=23°

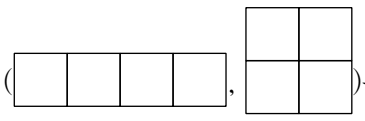
21. ★을 포함하는 크고 작은 사각형을 모양에 따라 분류하여 개수를 구합니다.

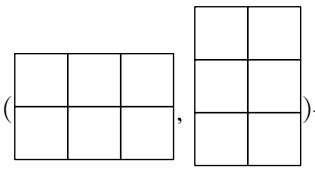
• 작은 사각형으로 이루어진 사각형

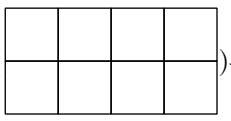
1칸짜리 사각형()은 1개입니다.

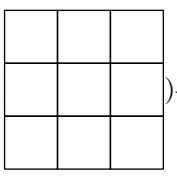
2칸짜리 사각형()은 4개입니다.

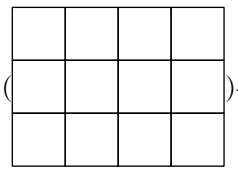
3칸짜리 사각형()은 3개입니다.

4칸짜리 사각형()은 5개입니다.

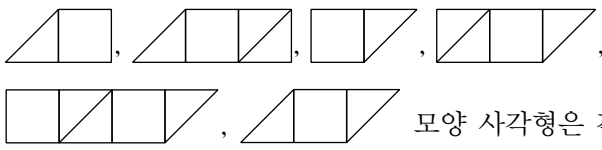
6칸짜리 사각형()은 6개입니다.

8칸짜리 사각형()은 2개입니다.

9칸짜리 사각형()은 2개입니다.

12칸짜리 사각형()은 1개입니다.

• 작은 사각형과 삼각형으로 이루어진 사각형



모양 사각형은 각각 1개씩 모두 6개입니다.

따라서 ★을 포함하는 크고 작은 사각형은

모두 1+4+3+5+6+2+2+1+6=30(개)입니다.

22. ① 만들 수 있는 소수 세 자리 수를 큰 수부터 차례로 써서 48번째로 큰 수를 알아봅니다.

99.99■: 5개, 99.97■: 5개, 99.95■: 5개,

99.93■: 5개, 99.91■: 5개, 99.79■: 5개,

99.77■: 5개, 99.75■: 5개, 99.73■: 5개이므로

46번째로 큰 수는 99.719, 47번째로 큰 수는 99.717,

48번째로 큰 수는 99.715입니다.

② 만들 수 있는 소수 세 자리 수를 작은 수부터 차례로 써서 78번째로 작은 수를 알아봅니다.

11.11■: 5개, 11.13■: 5개, 11.15■: 5개,

11.17■: 5개, 11.19■: 5개, 11.31■: 5개,

11.33■: 5개, 11.35■: 5개, 11.37■: 5개,

11.39■: 5개, 11.51■: 5개, 11.53■: 5개,

11.55■: 5개, 11.57■: 5개, 11.59■: 5개이므로

76번째로 작은 수는 11.711, 77번째로 작은 수는 11.713,

78번째로 작은 수는 11.715입니다.

⇨ 48번째로 큰 수와 78번째로 작은 수의 차:

99.715−11.715=88

23. 규칙에 따라 나열한 소수를 자연수 부분과 소수 부분으로 나누어 살펴보고 합을 구해 봅니다.

① 자연수 부분에 놓이는 수의 규칙

2, 4, 6, 8, 10, ..., 44로 2부터 44까지 2씩 커지는 규칙입니다.

⇨ 자연수 부분끼리 더하면

$2+4+6+8+10+\cdots+36+38+40+42+44$

$=46\times11=506$입니다.

② 소수 부분에 놓이는 수의 규칙

0.34, 0.16, 0.58, 0.22가 반복되는 규칙입니다.

나열한 소수는 모두 22개이므로 22÷4=5…2에서 소수 부분은 0.34, 0.16, 0.58, 0.22가 5번 반복되고, 0.34, 0.16이 더 나오는 것을 알 수 있습니다.

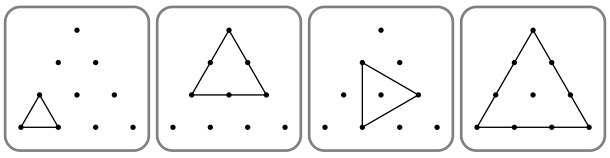
⇨ 0.34+0.16+0.58+0.22=1.3이므로

소수 부분끼리 더하면

1.3+1.3+1.3+1.3+1.3+0.34+0.16=7입니다.

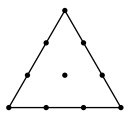
따라서 규칙에 따라 나열한 소수 두 자리 수를 모두 더한 값은 506+7=513입니다.

24. 점 3개를 꼭짓점으로 하는 크고 작은 정삼각형은 다음과 같이 4가지 종류가 있습니다.

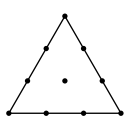


색칠된 부분에 있는 점 1개와 색칠되지 않은 부분에 있는 점 1개를 지웠을 때, 위에서 찾은 크고 작은 4가지 종류의 정삼각형은 몇 개가 되는지 구해 봅니다.

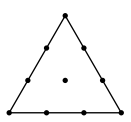
①  또는 의 경우

				합계
5개	2개	1개	0개	8개

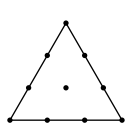
②  의 경우

				합계
2개	2개	2개	0개	6개

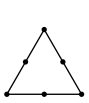
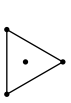
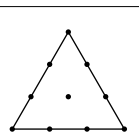
③  또는 의 경우

				합계
7개	1개	2개	0개	10개

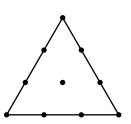
④  또는 의 경우

				합계
5개	1개	1개	0개	7개

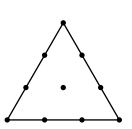
⑤  또는 의 경우

				합계
4개	1개	0개	1개	6개

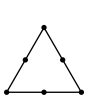
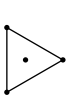
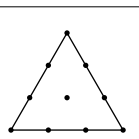
⑥  또는 의 경우

				합계
2개	2개	1개	1개	6개

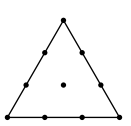
⑦  또는 의 경우

				합계
3개	1개	1개	1개	6개

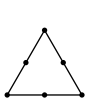
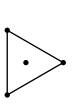
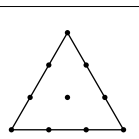
⑧  또는 의 경우

				합계
5개	2개	1개	0개	8개

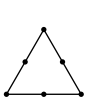
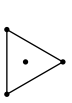
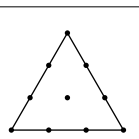
⑨  또는 의 경우

				합계
3개	1개	1개	1개	6개

⑩  또는 의 경우

				합계
3개	2개	0개	1개	6개

⑪  또는 의 경우

				합계
5개	1개	1개	0개	7개

따라서 크고 작은 정삼각형을 모두 찾았을 때 6개가 되도록 점 2개를 지우는 방법은 ②의 1가지, ⑤, ⑥, ⑦, ⑨, ⑩의 2가지씩으로 모두 11가지입니다.

25. 사탕을 ①과 ②의 **[순서]**로 옮기고 난 후 마지막에 C에 있는 사탕 양을 1이라고 하면 A에 있는 사탕 양은 $\frac{3}{11}$이고, B에 있는 사탕 양은 $1\frac{1}{11}$이므로 3개의 상자에 있는 사탕 양은

$1+\frac{3}{11}+1\frac{1}{11}=2\frac{4}{11}=\frac{26}{11}$입니다.

$\frac{26}{11}$이 962개이므로 $\frac{1}{11}$은 $962\div26=37$(개)입니다.

⇨ (마지막에 A에 있는 사탕 수)$=37\times3=111$(개)
(마지막에 B에 있는 사탕 수)$=37\times12=444$(개)
(마지막에 C에 있는 사탕 수)$=37\times11=407$(개)

마지막에 3개의 상자 A, B, C에 있는 사탕 수부터 거꾸로 생각해 봅니다.

• ②의 **[순서]**로 옮기기 전 3개의 상자에 있던 사탕 수 구하기

> 사탕 수의 $\frac{1}{2}$만큼을 더 담았을 때
>
> 더 담은 사탕 수는 담은 후 사탕 수의 $\frac{1}{3}$이고,
>
> 옮겨 담기 전 사탕 수는 담은 후 사탕 수의 $\frac{2}{3}$가 됩니다.
>
> 옮겨 담기 전 사탕 수 / 더 담은 사탕 수 / 담은 후 사탕 수
>
> 

A: 더 담은 사탕 수는 111개의 $\frac{1}{3}$인 37개이고,
옮겨 담기 전 사탕 수는 111개의 $\frac{2}{3}$인 74개입니다.

B: 더 담은 사탕 수는 444개의 $\frac{1}{3}$인 148개이고,
옮겨 담기 전 사탕 수는 444개의 $\frac{2}{3}$인 296개입니다.

C: 옮겨 담기 전 사탕 수는 마지막에 있는 사탕 수에서 A와 B로 각각 옮겨 담은 사탕 수를 더하면 되므로 $407+37+148=592$(개)입니다.

• ①의 **[순서]**로 옮기기 전 처음 3개의 상자에 있던 사탕 수 구하기

> 사탕 수의 $\frac{1}{3}$만큼을 더 담았을 때
>
> 더 담은 사탕 수는 담은 후 사탕 수의 $\frac{1}{4}$이고,
>
> 옮겨 담기 전 사탕 수는 담은 후 사탕 수의 $\frac{3}{4}$이 됩니다.
>
> 옮겨 담기 전 사탕 수 / 더 담은 사탕 수 / 담은 후 사탕 수
>
> 

B: 더 담은 사탕 수는 296개의 $\frac{1}{4}$인 74개이고,
옮겨 담기 전 사탕 수는 296개의 $\frac{3}{4}$인 222개입니다.

C: 더 담은 사탕 수는 592개의 $\frac{1}{4}$인 148개이고,
옮겨 담기 전 사탕 수는 592개의 $\frac{3}{4}$인 444개입니다.

A: 옮겨 담기 전 사탕 수는 B와 C로 각각 옮겨 담은 사탕 수를 더하면 되므로 $74+74+148=296$(개)입니다.

따라서 ①과 ②의 **[순서]**로 옮기기 전 처음 A에 있던 사탕은 296개였습니다.